如图，已知直线 $y = kx - b$ 交 x 轴于点 $A(5, 0)$，交 y 轴于点 B，直线 $y = 2x-4$ 交 x 轴于点 D，与直线 AB 相交于点 $C(m, 2)$.

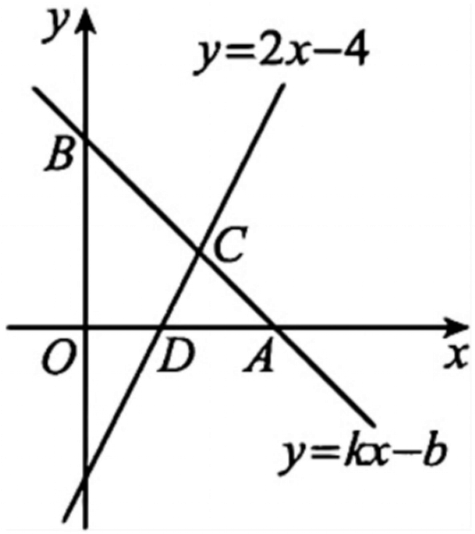

（1）求 m 的值

（2）求直线 AB 的解析式；

（3）求四边形 $BODC$ 的面积 .

思路分析

解答过程

如图，已知直线 $y = kx - b$ 交 x 轴于点 $A(5, 0)$，交 y 轴于点 B，直线 $y = 2x-4$ 交 x 轴于点 D，与直线 AB 相交于点 $C(m, 2)$.

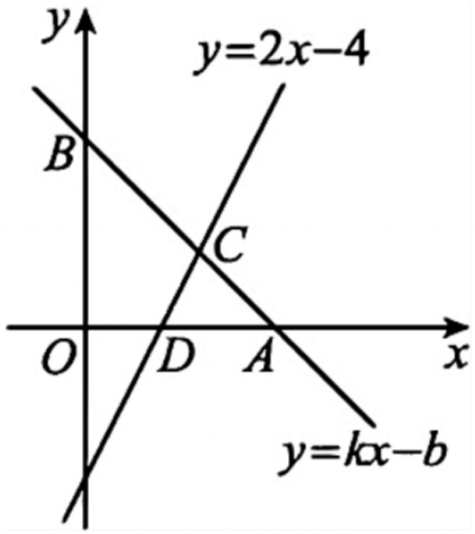

（1）求 m 的值

（2）求直线 AB 的解析式；

（3）求四边形 $BODC$ 的面积 .

思路分析

解答过程

如图，已知直线 $y = kx - b$ 交 x 轴于点 $A(5, 0)$，交 y 轴于点 B，直线 $y = 2x-4$ 交 x 轴于点 D，与直线 AB 相交于点 $C(m, 2)$.

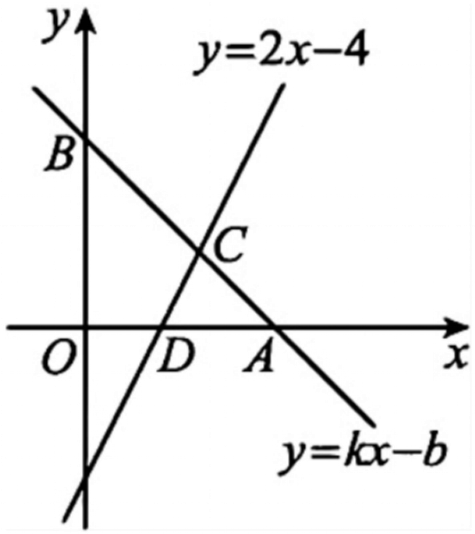

（1）求 m 的值

（2）求直线 AB 的解析式；

（3）求四边形 $BODC$ 的面积 .

思路分析

解答过程

如图，已知直线 $y = kx - b$ 交 x 轴于点 $A(5, 0)$，交 y 轴于点 B，直线 $y = 2x-4$ 交 x 轴于点 D，与直线 AB 相交于点 $C(m, 2)$.

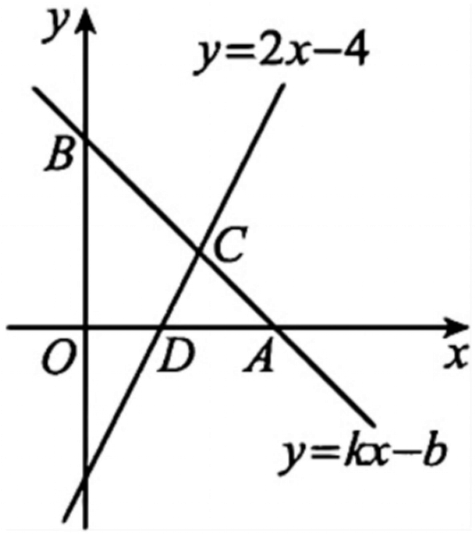

（1）求 m 的值

（2）求直线 AB 的解析式；

（3）求四边形 $BODC$ 的面积 .

总 结